Mét

Phiếu này của

1 Viết số thích hợp vào chỗ chấm

a) 2 dm = ... cm | 3 m = ... dm | 100 dm = ...m | 40 cm = ... dm

b) 4 dm = ... cm | 6 m = ... dm | 50 dm = ...m | 80 cm = ... dm

2 Tính ?

15 dm + 8 dm = ...

65 m – 30 m = ...

2 m x 10 = ...

30 cm : 5 = ...

3 a) Chọn đơn vị độ dài thích hợp với mỗi đồ vậ



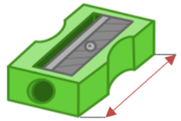

cr | dm | m

b) Chọn số đo độ dài thích hợp

Tháp Rùa ở Hồ Hoàn Kiếm cao khoảng:

A. 9 cm

B. 9 dm

C. 9 m

Cột cờ Hà Nôi cao khoảng:

A. 33 cm

B. 33 dm

C. 33 m

Đánh giá bài làm của em:

☐ Em làm bài tốt ☐ Em hoàn thành bài ☐ Em cần luyện thêm

Lê Ngọc Mai

Ghép các tiếng dưới đây thành từ ngữ chỉ tình cảm của thiếu nhi với Bác Hồ

Dán ở đây

Ghép các tiếng dưới đây thành từ ngữ chỉ tình cảm của thiếu nhi với Bác Hồ

Dán ở đây

Ghép các tiếng dưới đây thành từ ngữ chỉ tình cảm của thiếu nhi với Bác Hồ

Dán ở đây

Ghép các tiếng dưới đây thành từ ngữ chỉ tình cảm của thiếu nhi với Bác Hồ

Dán ở đây

Ghép các tiếng dưới đây thành từ ngữ chỉ tình cảm của thiếu nhi với Bác Hồ

Dán ở đây

Ghép các tiếng dưới đây thành từ ngữ chỉ tình cảm của thiếu nhi với Bác Hồ

Dán ở đây

Le Ngoc Mai

Dán ở đây

Cùng khám phá nào

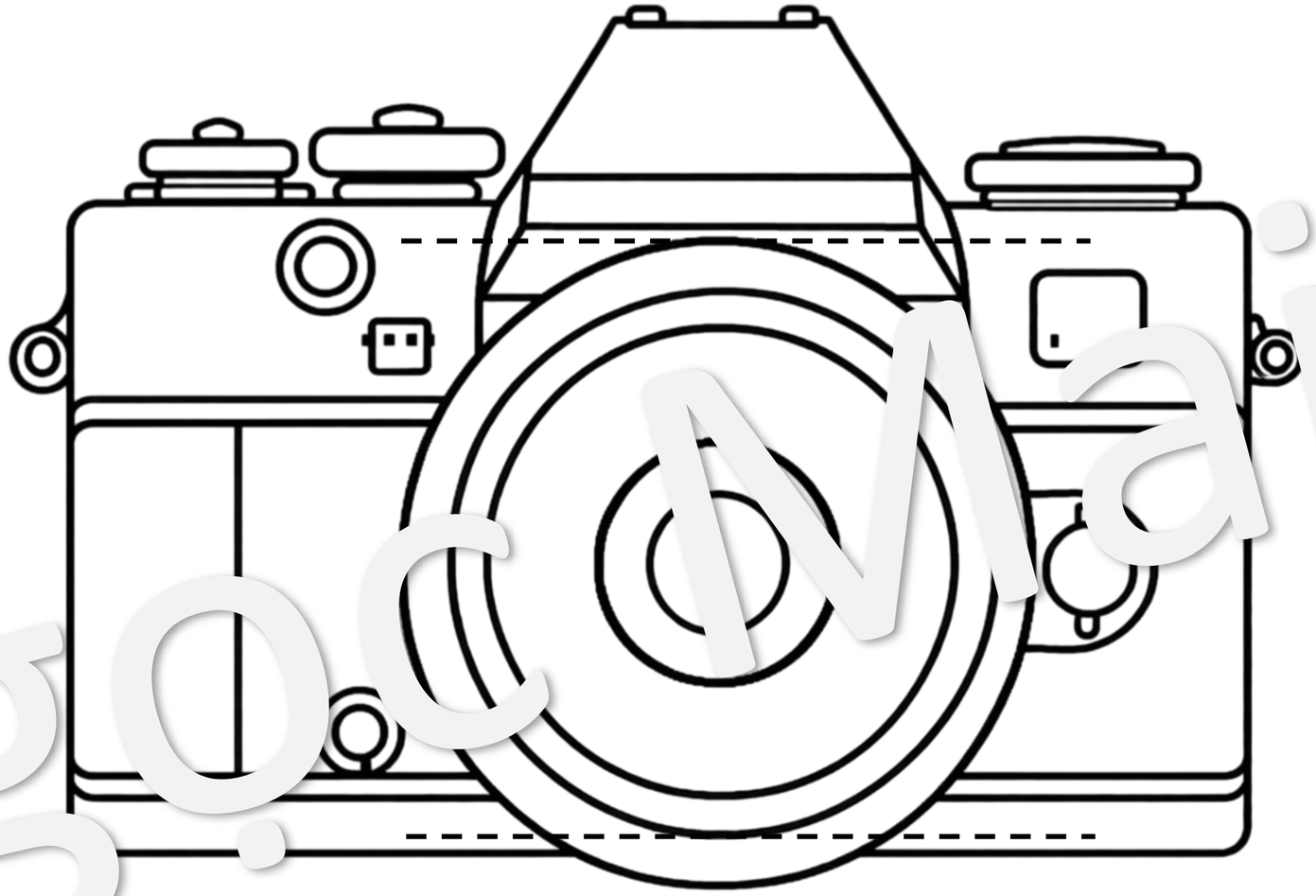

Lê Ngọc Mai

Phiếu viết văn

Viết 4 – 5 câu về tình cảm của em với thầy cô

Tổ là .....

Lê Ngọc Mai

Tổ là .....

Phiếu viết văn

Viết 4 – 5 câu về tình cảm của em với thầy

Tớ là:.....

Khối trụ, khối cầu

1 **a) Đánh dấu (✓) vào vật có hình dạng khối trụ**

b) Đánh dấu (✓) vào vật có hình dạng khối cầu



Hoàn thàn[illegible]i tập sa[illegible]

Ng[illegible] ta làm [illegible]ú hề bằ[illegible]ỗ, ở đó [illegible] những [illegible]ối g[illegible]ang kh[illegible] cầu. Em hãy quan [illegible] vẽ rồi viết s[illegible]ch [illegible]p và [illegible]

a) 1 [illegible] như [illegible] có [illegible] kh[illegible] gỗ dạng khối cầu.

b) 5 chú hề như vậ[illegible] khối gỗ dạng khối cầu.

3 **Kể tên một số đồ vật trong thực tế:**

Khối trụ:

.....

Khối cầu:

.....

Đánh giá bài làm của em:

Em làm bài tốt ☐ Em hoàn thành bài ☐ Em cần luyện thêm ☐

Le Ngoc Mai

Tớ là:.....

HÌNH TỨ GIÁC

1 Trong các hình sau:

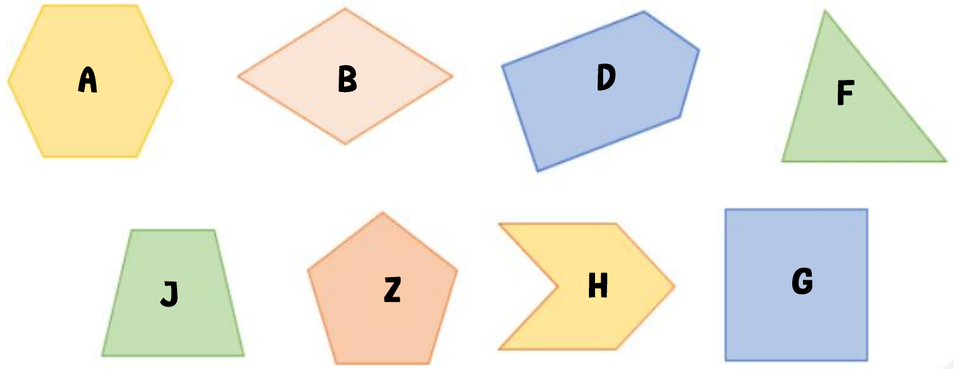

a) Hình nào là hình tứ giác?.....

.....

.....

2 Vẽ hình tứ giác (theo mẫu)

tứ giác .....

.....

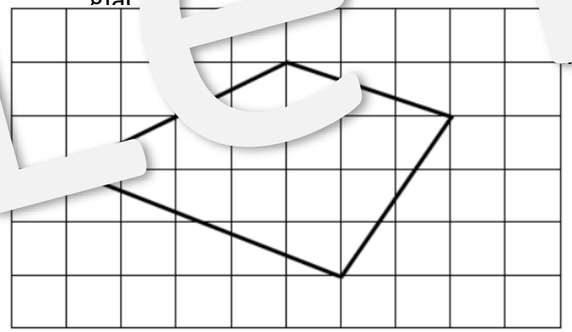

Lê Ngọc Mai