BAMBOO
HỆ THỐNG TRƯỜNG HỘI NHẬP QUỐC TẾ

Họ và tên: .....

Lớp: .....

PHIẾU NHIỆM VỤ HỌC TẬP CÂU LẠC BỘ

Môn: Toán

Kiến thức cần nhớ

1. Đề - xi – mét

- Viết tắt là: dm
- 1 dm = 10 cm
- 10 cm = 1 dm

2. Mét

- Viết tắt là: m
- 1 m = 100 c[illegible]
- 1 m = 10 dm

1[illegible] cm = 1 m

[illegible] dm = 1 m

Bài 1: Viết số vào chỗ chấm

a) 1 m = ... dm | 1 dm = ... cm | 1 m = ... cm

b) ..... cm = 1 m | .... dm [illegible] 1 m | ..... cm = 1 dm

c) 2 dm = ... c[illegible] | [illegible] m [illegible] ..... dm | 7 m = ... cm

d) 20 dm = ... m | 100 dm = ... m | 30 cm = ...dm

Bài [illegible]: Đánh dấu (✓) vào đơn vị đo em chọn

a) Đ[illegible] chiều rộng toà nhà.

[illegible]g-ti-mét ☐

Mét ☐

b) Đo chiều dài hộp bút.

Xăng-ti-mét ☐

Mét ☐

Le Ngoc Mai

BAMBOO
HỆ THỐNG TRƯỜNG HỘI NHẬP QUỐC TẾ

Bài 3: Viết cm hay m vào chỗ chấm

a) Bạn Dung cao 125……

b) Phòng học dài 6 ……

c) Sân bóng rổ dài 28 ……

d) Ngón tay trỏ của bạn Nam dài 6 ……

Bài 4: Cây cau cao 17 m, cây dừa cao hơn cây cau 5 m. Hỏi cây dừa cao bao nhiêu mét?

Bài 5: Số?

Ba con kiến đều xuất phát từ tổ của chúng và bò theo theo cùng một con đường

Mỗi con kiến bò được được:

- Kiến A: …… cm hay …… dm
- Kiến B: …… cm hay …… dm
- Kiến C: …… cm hay …… dm hay …… m

Tính theo vạch dọc có trong hình

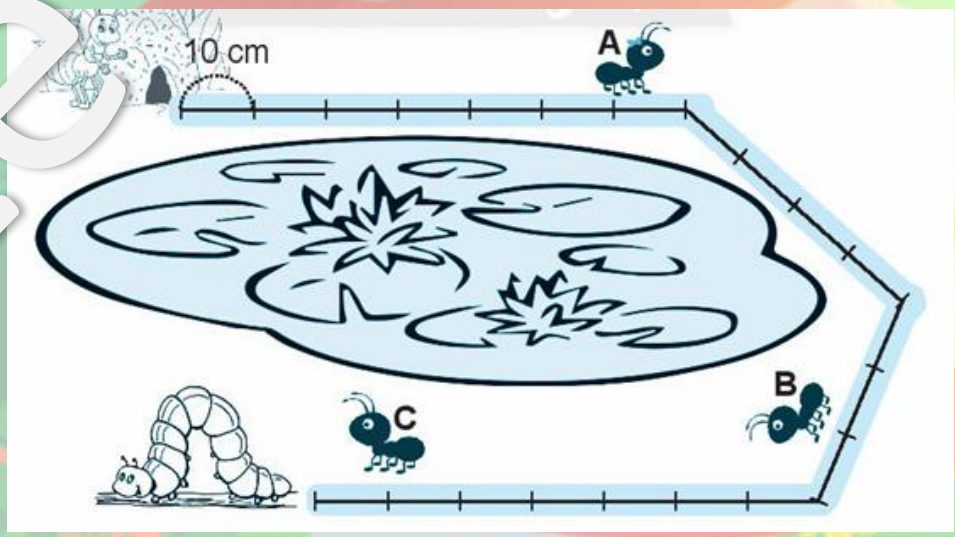

Đánh giá bài làm của em:

☐ Em làm bài tốt ☐ Em hoàn thành bài ☐ Em cần luyện thêm

Lê Ngọc Mai

BAMBOO
HỆ THỐNG TRƯỜNG HỘI NHẬP QUỐC TẾ

Họ và tên: .....

Lớp: .....

PHIẾU NHIỆM VỤ HỌC TẬP CÂU LẠC BỘ

Môn: Toán

Bài 1: Nối hình ảnh phù hợp với số

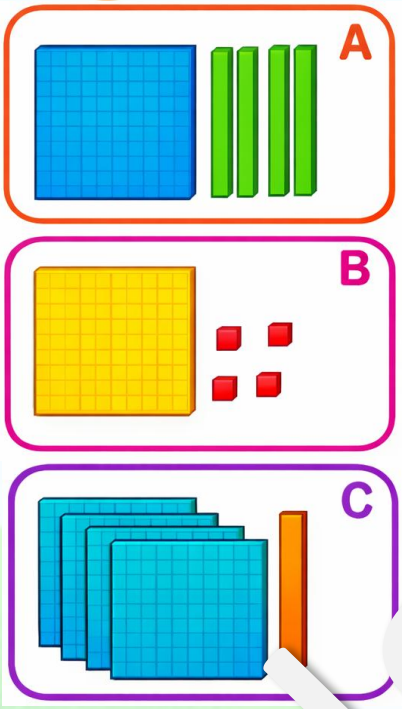

410

140

104

Bài 2: Viết số thành tổng các trăm, chục, đơn vị.

a) 140 = ...

b) 104 = ...

c) 410 = ...

d) 4.. = ...

Bài 3: Viết các số từ 796 đến 805

.....

.....

Bài 4: Số?

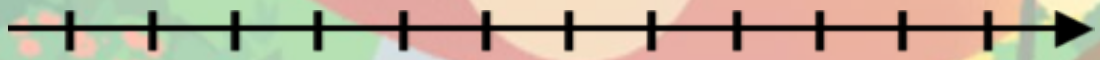

396 397 .... 402 .... 405 406 .....

Lê Ngọc Mai

BAMBOO
HỆ THỐNG TRƯỜNG HỘI NHẬP QUỐC TẾ

Bài 5: Viết cách đọc số

Viết số	Đọc số

Bài 6:

>
<
=

625 609

598 712

816 810

163 ..... 100 + 60 + 3

163 ..... 100 + 60 + 3

163 ..... 100 + 60 + 1

Bài 7:

Mỗi bể có 5 con cá
Hỏi 7 bể có bao nhiêu con cá?



Bài 8: Đó?

36 km → + 14 km → ..... → – 27 km → .....

Đánh giá bài làm của em:

Em làm bài tốt ☐ Em hoàn thành bài ☐ Em cần luyện thêm ☐

Lê Ngọc Mai

BAMBOO
HỆ THỐNG TRƯỜNG HỘI NHẬP QUỐC TẾ

Bài 9: Biểu đồ sau đây biểu thị số học sinh một lớp 2 lựa chọn vật nuôi các bạn yêu thích nhất

Vật nuôi yêu thích nhất của chúng em

Mỗi ☆ biểu diễn một học sinh

a) Đếm

Có ..... học sinh thích mèo Có ..... học sinh thích mèo

Có ..... học sinh thích thỏ Có ..... học sinh thích thỏ

b) Số học sinh thích mèo nhiều hơn số học sinh thích cá là .....

c) Vật nuôi ..... có số học sinh thích nhiều nhất.

Bài 10: Số bé nhất có ba chữ số khác nhau là: .....

Bài 11: Viết số 167 thành tổng các trăm, chục, đơn vị:

Đánh giá bài làm của em:

☆ Em làm bài tốt ☐ ☆ Em hoàn thành bài ☐ ☆ Em cần luyện thêm ☐

Lê Ngọc Mai